"آزمون برگزاری ۲ از ۱۲ آبان ۱۴۰۴" "تمرین کلاسی ۲ ترانس" "تبدیل ۲"

Subject:
Date

سوال اول: ترانس تک‌فاز با توان نامی ۱۰۰kVA دارای امپدانس کل $Z_{eq} = 0.015 + j0.05\ Pu$ در دو سمت اولیه و ثانویه است. بازده بیشینه در بار نامی چقدر می‌شود؟

الف) تلفات هسته و تلفات مسی در بار نامی را حساب کرده و مشخص کنید کدام یک در دستگاه ثابت تقریباً مستقل از بار است و چرا؟

$S_{rated} = 100\ kVA$

$Z_{eq} = R_{eq} + jX_{eq} = 0.015 + j0.05\ Pu$ ، در دستگاه واحد نامی ، $\cos\phi = 0.8$ ، $I_{Pu} = 1\ Pu \Rightarrow I = I_{rated}$

شرط بازده بیشینه در بار نامی رخ می‌دهد.

$P_{cu,Pu} = R_{eq,Pu} \underbrace{I_{Pu}^2}_{1\ Pu} = 1^2 \times 0.015 = 0.015\ Pu \Rightarrow P_{cu,rated} = P_{cu,Pu} \times S_{rated}$

$= 0.015 \times 100\ kVA = 1500\ W = 1.5\ kW = P_{cu,rated}$ $\eta = \frac{P_{out}}{P_{out} + P_c + P_{cu,n}} \times 100$

رابطه کلی بازده ترانسفورماتور را حساب درصد

$\Rightarrow \frac{d\eta}{dI_1} = 0 \Rightarrow P_c = P_{cu,n}$ → خود بطور آنقدر بازدهی بیشینه در بار نامی رخ می‌دهد

چون بازده بیشینه می‌خواستیم

$\rightarrow P_{core} = P_{cu,rated} = 1.5\ kW$

تلفات هسته (P_{core}) در دستگاه واحد تقریباً مستقل از بار است. چون تلفات هسته شامل تلفات هیسترزیس (P_h) و تلفات جریان گردابی (P_e) است که هر دو به B_{max} و f بستگی دارند.

$P_h \propto f B_{max}^n$ ، $P_e \propto f^2 B_{max}^2$ همچنین طبق قانون القای فاراده ولتاژ القایی حدوداً $E \approx 4.44 f N \Phi_{max}$

P4PCO

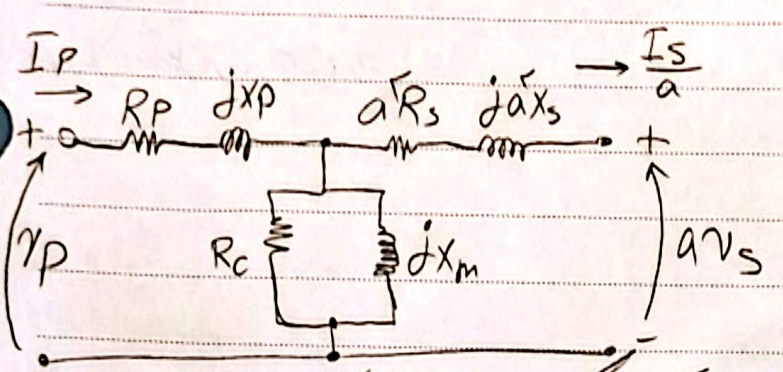
حل: چون امپدانس داخلی سیم‌پیچ اولیه در طبع است و جریان آن کوچک است ($Z_1 \ll Z_m$) پس $E_1 \approx V_1 = V_t$

Subject:
Date

دقتی ریتار ورودی و فرکانس کلیه ثابت نگه داشته شوند شار داخل هسته (Φ_{max}) با تغییر بار تا حد کمی تغییر میابد

زیرا کلیه تلفات هسته در تمام گستره بارگذاری تقریبا ثابت فرض میشود.

ب) جریان بی باری را برحسب درصد جریان نامی بدست آورید و مقادیر R_c و X_m را در مدار معادل تقریبی



برحسب P_u محاسبه کنید.

در حالت بی باری نامه یعنی بار است جریان از آن عبور نمی کند. جریانی که از اولیه کشیده می شود، (I_0) بسیار کوچک

است (معمولا حدود درصد جریان نامی) بنابراین تلفات اهمی سیم پیچ اولیه ($R_1 I_0^2$) در برابر تلفات هسته قابل صرف نظر کردن است.

$P_0 \simeq P_c \hookrightarrow P_c = P_{0,PU} = 1.0^{kw} \Rightarrow P_{c,Pu} = \frac{1.0^{kw}}{100^{kw}} = 0.01\,P_u$

$\Rightarrow$ توان حقیقی در بی باری: $P_{0,Pu} = V_{Pu} I_{0,Pu} \cos\Phi_0 = 0.15 = 1 \times I_{0,Pu} \times 0.25$

($V_{Pu}=1$) پس از پریونیت

$\rightarrow I_{0,Pu} = 0.04\,P_u \rightarrow \underbrace{I_0}_{\text{برحسب درصد}} = 0.04 \times 100 = 4\%$

$\Rightarrow \underline{I}_{0,Pu} = \underline{I}_c + j\underline{I}_m \Rightarrow I_c = I_{0,Pu} \cos\Phi_0 = 0.04 \times 0.25 = 0.01\,P_u$

$\Rightarrow I_m = I_{0,Pu} \sin\Phi_0 = 0.04 \times \sqrt{1-(0.25)^2} \simeq 0.0391\,P_u$

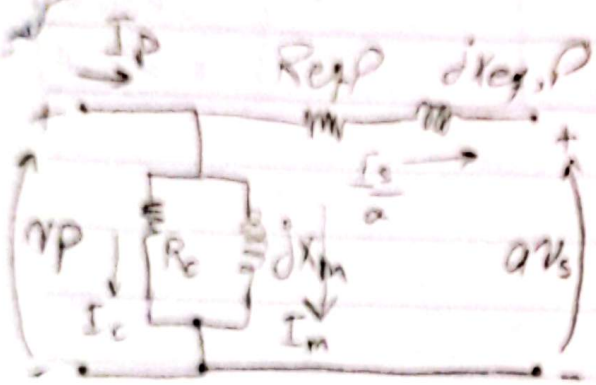
$\simeq 0.9682$

$R_{c,Pu} = \frac{V_{Pu}}{I_c} = \frac{1\,P_u}{0.01\,P_u} \simeq 99.99\,P_u$

$X_{m,Pu} = \frac{V_{Pu}}{I_m} = \frac{1}{0.0391} \simeq 25.57\,P_u$

PAPCO

ج) مدار معادل تقریبی را رسم کرده و مقادیر ترانسفورماتور با ضریب بار $k=0.8$ و ضریب توان 0.8 پس‌فاز را بدست آورید.



$R_{c_{pu}} = 44.44\ pu$

$X_{m,pu} = 17.71\ pu$

$Req_{p_{pu}} = 0.025\ pu$

$Xeq_{p_{pu}} = 0.050\ pu$

$k = \frac{I_L}{I_n} = \frac{S_L}{S_n} = 0.8$ ← یعنی ترانس در ۸۰٪ ظرفیت خودش کار می‌کند. $\Rightarrow P_{out} = k \cdot S_n \cdot \cos\theta$ (نه S_L)

$= 0.8 \times 100^{kVA} \times 0.8 = 64^{kW} \Rightarrow P_{out,pu} = \frac{P_{out}}{S_n} = \frac{64^{kW}}{100^{kVA}} = 0.64\ pu$

$P_{loss} = P_{core} + P_{cu} \Rightarrow P_{core} = 10^{kW} = 0.025\ pu$ ← تلفات هسته مستقل از بار است، در ولتاژ نامی ثابت می‌ماند.

$P_{cu} = k^2 \underbrace{P_{cu,rated}}_{=P_{core}} = 0.64 \times 10^{kW} = 6.4^{kW} \rightarrow P_{cu,pu} = \frac{6.4^{kW}}{100^{kVA}} = 0.064\ pu$

$\Rightarrow P_{loss,pu} = 0.025\ pu + 0.064\ pu = 0.089\ pu \Rightarrow P_{loss} = 0.089 \times 100^{kVA}$

$= 8.9^{kW} \Rightarrow \eta = \frac{P_{out}}{P_{out} + P_{loss}} \times 100 = \frac{64^{kW}}{64^{kW} + 8.9^{kW}} \times 100 \simeq \boxed{87.8\% = \eta}$

سوال دوم: یک ترانسفورماتور تکفاز 50^{kVA} ولتاژ نامی $2400/240\ V$ تحت آزمایش مدار باز قرار گرفته است و نتایج زیر بدست آمده است:

Subject:
Date

آزمایش	سمت تغذیه شده	ولتاژ	جریان	توان
مدار باز	فشار ضعیف	400^V	$2.5A$	180^W
اتصال کوتاه	فشار قوی	40^V	$4A$	24^W

الف) با راهنمایی جدول مقادیر تقریبی ارقام شده سمت فشار ضعیف را تعیین کنید.

$S_{rated} = 20^{kVA} \Rightarrow a = \frac{V_{HV}}{V_{LV}} = \frac{1000}{400} = 2.5 \Rightarrow$ از سمت ضعیف $\begin{cases} V_{OC} = 400^V \\ I_{OC} = 2.5A \\ P_{OC} = 180^W \end{cases}$

$\Rightarrow R_{C,LV} = \frac{V_{OC}^2}{P_{OC}} = \frac{400^2}{180} = \frac{160000}{180} \simeq 888.89^\Omega \Rightarrow S_{OC} = V_{OC} I_{OC}$

$= 400 \times 2.5 = 1000^{VA} \Rightarrow S_{OC} = P_{OC} + jQ_{OC} \Rightarrow Q_{OC} = \sqrt{S_{OC}^2 - P_{OC}^2} = \sqrt{1000^2 - 180^2}$

$\simeq 984.91^{VAR} \Rightarrow X_{m,LV} = \frac{V_{OC}^2}{Q_{OC}} = \frac{400^2}{984.91} \simeq 162.44^\Omega$

ب) $\begin{cases} V_{SC} = 40^V \\ I_{SC} = 4^A \\ P_{SC} = 32^W \end{cases} \Rightarrow Z_{eq,HV} = \frac{V_{SC}}{I_{SC}} = \frac{40}{4} = 10^\Omega \Rightarrow P_{SC} = R_{eq,HV} I_{SC}^2$

$\Rightarrow 32 = R_{eq,HV} \cdot 4^2 \Rightarrow R_{eq,HV} = 2^\Omega \Rightarrow X_{eq,HV} = \sqrt{Z_{eq,HV}^2 - R_{eq,HV}^2}$

$= \sqrt{10^2 - 2^2} = 9.8^\Omega \Rightarrow R_{eq,LV} = \frac{R_{eq,HV}}{a^2} = \frac{2}{2.5^2} = 0.32^\Omega \Rightarrow X_{eq,LV}$

$= \frac{X_{eq,HV}}{a^2} = \frac{9.8}{2.5^2} = 1.52^\Omega \Rightarrow Z_{eq,LV} = R_{eq,LV} + jX_{eq,LV} = 0.32 + j1.52$

$= 1.55 \angle 78.18^\circ \Rightarrow |Z_{eq,LV}| = \left| \frac{Z_{eq,HV}}{a^2} \right| = \left| \frac{10}{2.5^2} \right| = 1.6$

P4PCO

ص ع

Subject:
Date

$$\left\{ R_{c,LV} \cong 888.89\,\Omega,\ X_{m,LV} \cong 142.44\,\Omega,\ R_{eq,LV} = 0.32\,\Omega,\ X_{eq,LV} = 0.15\,\Omega,\ |Z_{eq,LV}| = 0.14\,\Omega \right\}$$

ب) تلفات مسی در بار نامی را حساب کنید.

$$I_{rated,HV} = \frac{S_{rated}}{V_{HV}} = \frac{50\ kVA}{10\ kV} = 5A \Rightarrow I_{rated,LV} = \frac{S_{rated}}{V_{LV}} = \frac{50\ kVA}{400\ V} = 125\ A$$

جریان آزمایش اتصال کوتاه (SC) برابر با جریان نامی سمت فشارقوی (5A) در نظر گرفته شده است.

$\Rightarrow P_{SC} = 250\ W,\ I_{SC} = 5\ A \rightarrow$ تلفات مسی در جریان 5A

تلفات 250W تلفات مسی در جریان 5A است.

$$\Rightarrow P_{cu,rated} = R_{eq,HV} I^2_{rated,HV} = 250 \times \left(\frac{5}{5}\right)^2 = 500\ W = R_{eq,LV} I^2_{rated,LV} = 0.32 \times 125^2 = 500\ W$$

نسبت به مساوی بودن جریان، تلفات مسی متناسب با مجذور جریان است ($P_{cu} \propto I^2$):

$$P_{cu,rated} = P_{SC} \times \left(\frac{I_{rated,HV}}{I_{SC}}\right)^2 = 250 \times \left(\frac{5}{5}\right)^2 = 250 \times 2 = 500\ W$$

ج) در ضریب توان 0.8 پسفاز، حداکثر راندمان و جریان خروجی که در آن رخ می‌دهد را محاسبه کنید.

راندمان حداکثر چه زمانی است؟

$$\eta = \frac{k \cdot S_{rated} \cdot \cos\varphi}{k \cdot S_{rated} \cdot \cos\varphi + P_{core} + k^2 P_{cu,rated}} \quad (\cos\varphi = 0.8)$$

$$\rightarrow \frac{d\eta}{dk} = 0 \Rightarrow P_{cu} = P_{core}$$

$$\Rightarrow P_{core} = k^2 P_{cu,rated} \Rightarrow k_{\eta max} = \sqrt{\frac{P_{core}}{P_{cu,rated}}}$$

از بخش‌های قبل داریم: $P_{cu,rated} = 500\ W$ / $P_{core} = P_{OC} = 180\ W$

$$k = \sqrt{\frac{P_{core}}{P_{cu,rated}}} = \sqrt{\frac{180}{500}} = \frac{6}{10} = 0.6$$

یعنی ترانس در 60 درصد ظرفیت نامی خود بیشترین بازده می‌رسد.

د) ص

Subject:
Date

$P_{out} = kS_{rated}\cos\varphi = 0.4 \times 80^{kVA} \times 0.8 = 32^{kW}$ یعنی مولد میتواند در شرایط عادی 32^{kW} برق تولید کند.

$$\Rightarrow \eta_{max} = \frac{32}{32 + 0.8 + (0.4)^2 \times 500} \times 100 = \frac{32}{32.8} \times 100 \simeq 97.56\%$$

P_{core} , $k^2 P_{cu,rated}$, 0.8

سوال سوم: دو ترانسفورماتور با ظرفیت‌های 40^{kVA} و 80^{kVA}، ولتاژ 2000 و نسبت تبدیل $20k/400^V$ به‌عنوان ترانسفورماتورهای شرکت توزیع نیروی برق منطقه‌ای انتخاب شده‌اند. ترانس اول دارای امپدانس اتصال کوتاه $Z_{eq1} = 10 + j40\ \Omega/Phase$ و ترانس دوم دارای امپدانس اتصال کوتاه $Z_{eq2} = 2 + j10\ \Omega/Phase$ می‌باشد.

الف) امپدانس درصد هرکدام از ترانس‌ها را در مبنای خودش حساب کنید.

$Z_{eq1} = 10 + j40\ \Omega/Ph$, $Z_{eq2} = 2 + j10\ \Omega/Ph$ } از مقادیر این امپدادها از روی پلاک ترانس‌ها نوشته شده است. که این مقادیر روی فاز هستند. $\Rightarrow Z_{base} = \frac{V_{LL}^2}{S_{3\varphi}}$

ترانس ۱: $S_{n1} = 40^{kVA} = 0.04^{MVA}$, $V_{base} = 20^{kV}$

$$Z_{base1} = \frac{V_{LL}^2}{S_{n1}} = \frac{(20^{kV})^2}{0.04^{MVA}} = \frac{400^{MV^2}}{0.04^{MVA}} = 1000^{\Omega} \Rightarrow Z_{pu1} = \frac{Z_{eq1}}{Z_{base}}$$

$$= \frac{10 + j40}{1000} = 0.01 + j0.04\ Pu \rightarrow Z_{1\%} = Z_{pu1} \times 100 = (1 + j4)\% \rightarrow |Z_{1\%}| = \sqrt{17}\% \simeq 4.12\%$$

$R_{1\%}$, $X_{1\%}$

ترانس ۲: $S_{n2} = 80^{kVA} = 0.08^{MVA}$, $V_{base} = 20^{kV}$

$$Z_{base2} = \frac{V_{LL}^2}{S_{n2}} = \frac{(20^{kV})^2}{0.08^{MVA}} = \frac{400^{MV^2}}{0.08^{MVA}} = 500^{\Omega} \rightarrow Z_{pu2} = \frac{Z_{eq2}}{Z_{base}} = \frac{2 + j10}{500}$$

$$= 0.01 + j0.02\ Pu$$

PAPCO

Subject:
Date

$$G(s)=\frac{A}{B},\ G_c(s)=\frac{C}{D} \Rightarrow \frac{C}{R}=\frac{1}{1+\frac{AC}{BD}}=\frac{1}{\frac{BD+AC}{BD}}=\frac{BD}{BD+AC}$$

$$\Rightarrow Z_{Pu2}=0.01+j0.05\ Pu \Rightarrow Z_{2}\%=\underbrace{1}_{R_{2}\%}+j\underbrace{5}_{X_{2}\%} \Rightarrow |Z_{2}\%|=\sqrt{1+25}\approx 5.1\%$$

ب) برای اینکه در ترانس ۵ توان اکتیو و راکتیو بار را متناسب با ظرفیت نامی خود تقسیم کنند، یک سلف اره‌ای باید با کدام ترانس سری شود؟ P اندکی تنش مورد نیاز در هر فاز تحت فشار قوی را بیابید.

در کار کرد موازی دو ترانسفورماتور هم‌جنس، اندازه و زاویه‌ی امپدانس پری هر دو ترانس یکی است:

$$\Delta V=I_1 Z_1=I_2 Z_2 \rightarrow \frac{I_1}{I_2}=\frac{Z_2}{Z_1}$$

همچنین برای اینکه هر ترانس دقیقاً با اندازه‌ی سهم‌های خود بار برداری شود، نسبت توان‌های نامی باید با نسبت توان‌های نامی برابر باشد:

$$\left(\frac{S_1}{S_2}=\frac{S_{n1}}{S_{n2}}\right)$$

$$\frac{I_1}{I_2}=\frac{S_{n1}}{S_{n1}}=\frac{400\ kVA}{2000\ kVA}=\frac{1}{5} \Rightarrow \frac{Z_1}{Z_2}=\frac{S_{n2}}{S_{n1}}=\frac{2000}{400}=5 \rightarrow Z_1=5Z_2$$

$$\Rightarrow Z_{Pu1}=\frac{Z_1}{S_{n1}}=\frac{5Z_2}{400}=\frac{Z_2}{80} \Rightarrow Z_{Pu2}=\frac{Z_2}{S_{n2}}=\frac{Z_2}{2000}$$

برای اینکه شرط اول محقق شود باید امپدانس پریونت هر دو ترانس برحسب توان‌های خودشان با هم برابر باشد:

$$Z_{Pu1}=Z_{Pu2} \Rightarrow R_{Pu1}=R_{Pu2},\ X_{Pu1}=X_{Pu2} \Rightarrow \text{ترانس اول: } Z_{Pu1}=0.01+j0.04\ Pu$$

$$\text{ترانس دوم: } Z_{Pu2}=0.01+j0.05\ Pu$$

بخش حقیقی امپدانس (مقاومتی) هم برابر است ($R_{Pu1}=R_{Pu2}$) اما راکتانس ترانس اول بیشتر از مقدار مورد نیاز است. پس ترانس اول بیش از حصه‌ی نامی خود بار راکتیو می‌کشد. یک سلف آلی را با ترانس اول سری می‌کنیم تا راکتانس آن از $0.04\ Pu$ به $0.05\ Pu$ برسد.

PAPCO

✓ حل

Subject:
Date

$\Rightarrow Z_1 = \Delta Z_2 \Rightarrow Z_{1,new} = \Delta \times (2 + j10) = 10 + j50\ \Omega \Rightarrow X_{T_1} = 40\ \Omega \Rightarrow X_L$ سرد سیز

$= 50 - 40 = 10\ \Omega$ Phase $\rightarrow$ از روش لیوینن هم $X_{L,Pu} = 90\% - 80\% = 0.1\ Pu \rightarrow X_L = 0.1 \times Z_{base_1}$ محاسبه انتقیم حساب کنیم

$= 0.1 \times 1000 = 10\ \Omega$ $\rightarrow$ باوض زکانی نای $\rightarrow \omega = 2\pi f = 2\pi \times 50 = 100\pi \Rightarrow X_L = L\omega$ شبکه ایران ($f = 50$ Hz)

$\Rightarrow 10 = L \times 100\pi \Rightarrow L = \frac{1}{10\pi} = 0.0318\ H = 31.8\ mH$ در هر فاز دکمه فیلتر قوی

ج) آیا جبران سازی مقاومت خط در انتهای دیگر هم زیاد شده، آیا سلف توانایی جوف را تامین کند؟

در غیر این صورت، نوع و مقدار المان را در مدل ایده‌آل تعیین کنید. ی فرض بعد در جبران سازی انتهای

$Z_{Pu_1} = 0.1 + j0.4\ Pu$, $Z_{Pu_2} = 0.1 + j0.5\ Pu$, $Z_{eq_2} = 2 + j10\ \Omega$ Phase

* برای اینکه تقسیم بار به نسبت ظرفیتای صورت گیرد باید امپدانس پریونیت دو ترانسفورماتور برابر شود.

$Z_{Pu_{2,new}} = Z_{Pu_1} = 0.1 + j0.4\ Pu \rightarrow$ کمت ثانوی هستیم $\rightarrow Z_{eq_{2,new}} = Z_{Pu_{2,new}} \times Z_{base_2}$

$Z_{base_2} = 500\ \Omega$ پس

$= (0.1 + j0.4) \times 500 = 2 + j8\ \Omega$ Phase $\rightarrow Z_{eq_2} = 2 + j10\ \Omega$ Ph ی دانیم راکتانس یک سلف

ایده‌آل حتماً مقداری مثبت است ($Z_L = +j\omega L$) و با قرار دادن آن به صورت کلی با اندازه دوم باعث بیشتر شدن اکتانس از 10 Ω

می‌شود ولی ما می‌خواهیم به 8 Ω برسد پس یک سلف نمی‌تواند این مشکل را تامین کند

* برای 6 نفس راکتانس سلف سیم‌پیچ‌ها به الحاق یا راکتانس منفی نیاز داریم پس خازن ایده‌آل سری (دهانه)

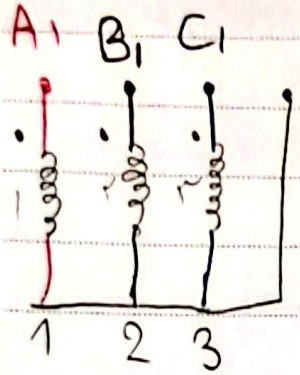
$\Rightarrow Z_{eq_2} + Z_x = Z_{eq_{2,new}} \rightarrow Z_x = (2 + j8) - (2 + j10) = -j2\ \Omega$ کمت ثانوی ترانس دوم است

PAPCO

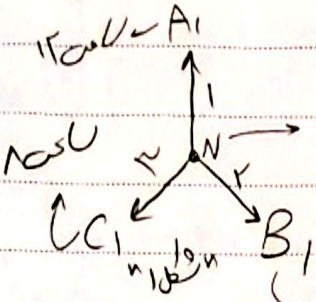
$\rightarrow X_C = \frac{1}{\omega C} \rightarrow C = \frac{1}{2\pi f X_C} = \frac{1}{100\pi \times 2} \approx 1.59 \times 10^{-3}\ F = 1591\ \mu F$ $\rightarrow X_C = 2\ \Omega$ Ph

Subject:
Date

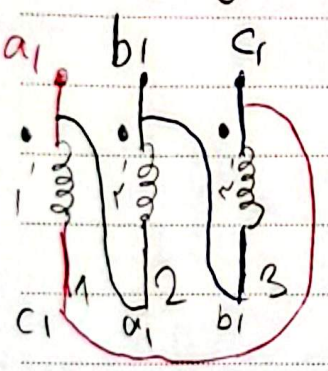
سوال چهارم: الف) گروه برداری کرسنبی های زیر را بیابید:

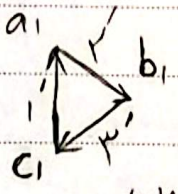


سمت شار قوی بصورت ستاره یا نول در کنار هم هستند سمت شار ضعیف بصورت مثلث یا دلتا هست.

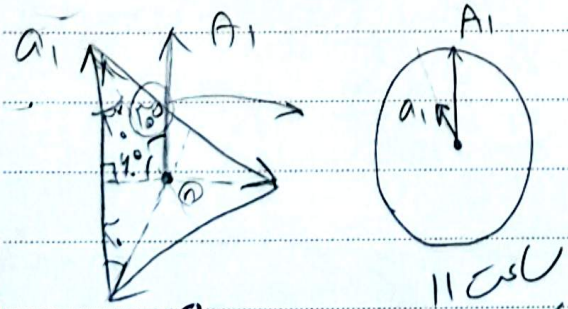


برای کشیدن شکل ۱۲ ابتدا برداری موازی ۱ رسم کرده و سر آنرا a1 و دنباله آنرا c1 می نامیم سپس موازی ۲ و ۳ هرکدام بردار رسم می کنیم تا بتوانیم تشکیل یک مثلث بسته بدهند (اشکال مثلث است).





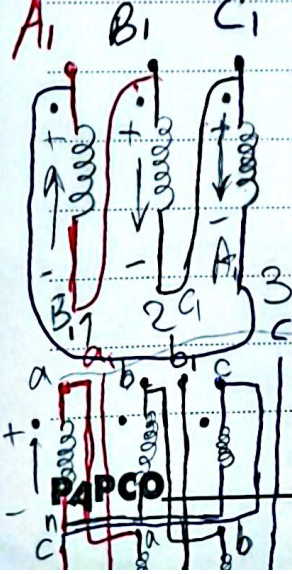
حالا با توجه به بردار صورت سوال اقدام به رسم گام های بعدی می کنیم و توجه داریم که در سمت شار ضعیف قوی باید تقسیم بازها یکسان باشد. ابتدا از نول مجازی سمت شار ضعیف به سمت a رفته و می کنیم بازاویه na1, nA1 را بدست می آوریم.



بیایم دیاگرام برداری رسم کنیم:

YNd11

روش دیگر حل این سوال هم شبیه بخش قبلی است با کمی تفاوت.

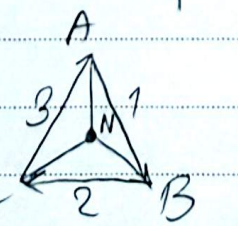


$V_1 = V_A - V_B = +V_{AB}$

AB → +

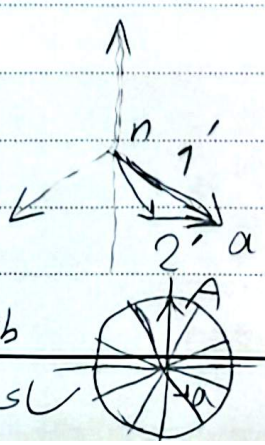
an +

ba -

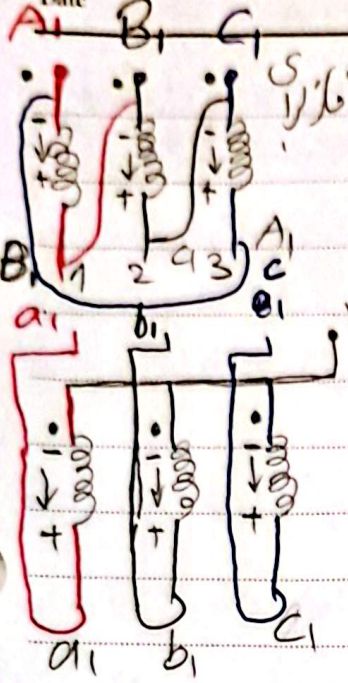


$V_{1'} = V_{a_1} - V_n = V_{a,n}$

$V_{2'} = V_{b_1} - V_{a_1} = V_{b,a_1} = -V_{ab}$



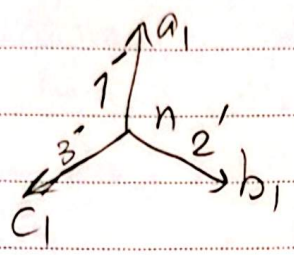
Dzn4

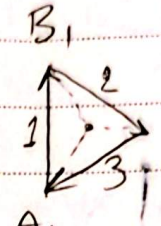


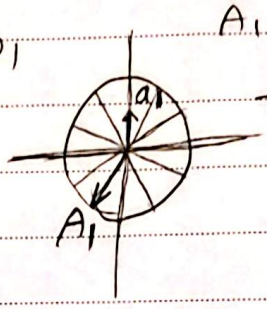
فرض می کنیم جهت مثبت از نقطه دارای یک نقطه با کد (یعنی اول به فلزاری

اتصال کوتاه شده، منفی ستاره) حرکت داریم:

$$V_1 = V_{B_1} - V_{A_1} = +V_{B_1A_1}$$







ساعت 7

Dyn 7

سوال ۲: بخش الف) بانک سه خازنی سه فاز ستاره متعادل با توان هر

$S_{1\varphi} = 100$ kVA

سیستم

تشکیل شده است. در آرایش مثلث شکل (۵-۵) ظرفیت هر کدام از این خازن ها چقدر خواهد بود.

آرایش خازن ها در حالت دوتایی با توان

$S_{\Delta-\Delta} = 3 \times S_{1-\varphi} = 3 \times 100$ kVA $= 300$ kVA

آرایش مثلث باز (۷-۷) را شکل زیر رسم کنید در این آرایش ولتاژ خازن های سیستم سه فاز تغذیه شده روی هر کدام از خازن ها چقدر

خواهد شد؟ (جریان هر کدام از سیم پیچ ها در این حالت چقدر می باشد) ($I_{line} = I_{winding}$)

$$S_{\gamma-\gamma} = \sqrt{3} V_L I_{L,max} = \sqrt{3} V_{rated} I_{rated} = \sqrt{3} S_{1\varphi} = \sqrt{3} \times 100 \text{ kVA} \approx 173.2 \text{ kVA}$$

ظرفیت مجاز خازن ها: 300 kVA / ظرفیت سه فاز بعد از خروج: 173.2 kVA

بخش ب) چون $S_{load} = 210$ kVA و این مقدار بیشتر از ظرفیت های باقی مانده بانک مثلث باز (173.2 kVA)

است خازن ها را از شبکه خارج کرده و آرایش دوتایی را برقرار می کنند.

PAPCO

$$\Delta S = S_{load} - S_{\gamma-\gamma} = 210 - 173.2 = 36.8 \text{ kVA}$$