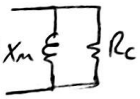
تمرین سری دوم تبدیل 2

سوال 1)

$S = 200^{KVA}$ $\quad Z_{eq} = 0.015 + j0.04\ pu$ $\quad PF_{NOload} = 0.25$ 

بازده بیشینه در بارهای رخ می دهد. $\longleftarrow P_{cu} = P_{core} \longleftarrow R_{eq}^{pu} = P_c^{pu}$

الف)

$P_{cu} = R_{eq} I^2 = R_{eq}^{pu} K^2 S \longrightarrow P_{cu} = 0.015 \times 1^2 \times 100^{K} = 1.5^{KW}$

$Z_b \times I_b^2 = V_b I_b = S_\phi$

$K = \frac{I}{I_N}$

$P_{cu} = P_{core} \longrightarrow P_{core} = 1.5^{KW}$ (بازده بیشینه در بارهای)

$P_{core} = P_E + P_H$ تلفات هسته در ولتاژ و فرکانس نامی تقریبا ثابت است ولی تلفات مس وابسته به بار است.

$P_E \propto V^2 \propto B^2 f^2$ $\quad P_H \propto f$

ب) با صرفه نظر از امپدانس سری:

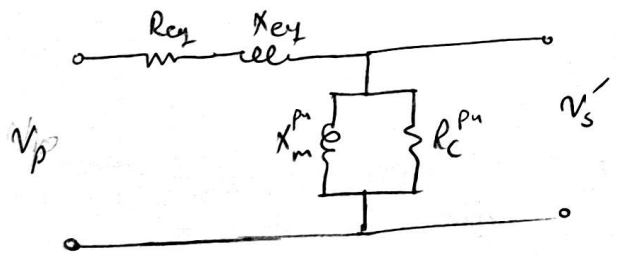
$P_{core}^{pu} = V_{pu} I_{NL}^{pu} \cos\phi \longrightarrow I_{NL}^{pu} = \frac{1.5^{K}}{100^{K}} \times \frac{1}{1^{pu} \times 0.25} = 0.06^{pu}$

$\longrightarrow \frac{I_{NL}}{I_N} = 0.06$

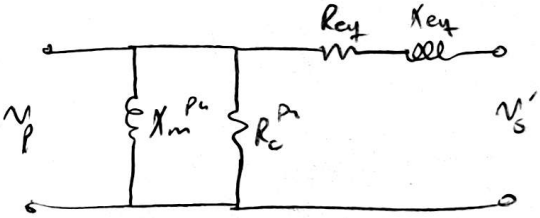
$\cos\phi = 0.25$ و $R_{eq}^{pu} = P_c^{pu} = V^{pu} \times I_{NL}^{pu} \cos\phi = \frac{V^{pu}}{R_c^{pu}} \longrightarrow R_c^{pu} = \frac{1}{R_{eq}^{pu}} = \frac{1}{0.015} = 66.67^{pu}$

$\cos\phi = 0.25 = \frac{X_m}{\sqrt{X_m^2 + R_c^2}} \longrightarrow X_m = 17.21^{pu}$ سوالی!

ج)



or



$\eta = \frac{k \cos\phi}{k \cos\phi + R_{eq}^{pu} k^2 + P_c^{pu}} = \frac{0.8 \times 0.8}{0.8 \times 0.8 + 0.015 \times 0.8^2 + 0.015} = 96.30\%$

CamScanner

سوال 2) الف)

$$P_{OC} = V_{NL} I_{NL} \cos\phi \longrightarrow \cos\phi_{NL} = \frac{180}{400 \times 2.5^{A}} = 0.18$$

$$P_{OC} = P_{core} \;\&\; P_{core}^{Pu} = \frac{1}{R_C^{Pu}} \longrightarrow R_C^{Pu} = \frac{S}{P_{core}^{Pu}} = \frac{50^{k}}{180} = 277.78^{Pu} \quad \text{or} \quad P_{core} = \frac{V^2}{R_C}$$

$$\longrightarrow R_C = 888.9^{\Omega}$$

$$\cos\phi_{NL} = \frac{X_m}{|Z_{shunt}|} = \frac{X_m}{\sqrt{X_m^2 + R_C^2}} \longrightarrow X_m = 162.67^{\Omega}$$

$$Z_{b,LV} = \frac{V_{LV}}{I_{b,LV}} = \frac{400}{125} = 3.2 \qquad R_C = R_C^{Pu} \times Z_b = 277.78 \times 3.2$$

$$P_{SC} = V_{SC} I_{SC} \cos\phi_{SC} = I_{SC}^2 R_{eq} \longrightarrow R_{eq,HV} = \frac{320}{4^2} = 20^{\Omega}$$

$$Z_{SC} = \frac{|V_{SC}|}{|I_{SC}|} = \frac{400}{4} = 100^{\Omega} \longrightarrow X_{eq} = \sqrt{100^2 - 20^2} \simeq 97.98^{\Omega}$$

$$R_{eq,LV} = \frac{R_{eq,HV}}{a^2} = \frac{20}{25^2} = 0.0320^{\Omega} \qquad X_{eq,LV} = \frac{97.98}{25^2} = 0.1567^{\Omega}$$

ب) دقت شود که آزمایش اتصال کوتاه در حالت استاندارد انجام نشده است پس $P_{SC} \neq P_{Cu,N}$:

$$I_{N,LV} = \frac{50^{k}}{400} = 125^{A} \longrightarrow P_{Cu} = R_{eq,LV} \times I_{N,LV}^2 = 0.032 \times 125^2 = 500^{W}$$

or $P_{Cu} = P_{SC} \times \left(\frac{I_N}{I_{SC}}\right)^2$ ...

ج) در نقطه $P_{Cu} = P_{core}$ بازده حداکثر را داریم

$$P_{Cu} = P_{core} \longrightarrow P_{core} = k^2 P_{Cu,N}$$

$$\longrightarrow k = \sqrt{\frac{P_{core}}{P_{Cu,N}}} = \sqrt{\frac{180}{500}} = 0.6$$

$$\eta = \frac{kS\cos\phi}{kS\cos\phi + 2P_{core}} = \frac{0.6 \times 50^{k} \times 0.8}{0.6 \times 50^{k} \times 0.8 + 2 \times 180} = 98.52\%$$

CamScanner

سوال 3) فرکانس 50^{Hz} و آزمایش اتصال کوتاه استاندارد سمت فشار قوی جریان نامی

$$Z_{b,HV,1} = \frac{V_{HL}^2}{S} = \frac{20^{k2}}{400^{k}} = 1000^{\Omega} \longrightarrow Z_{eq,1}^{pu} = \frac{10+j40}{1000} = 0.01+0.04j^{pu}$$

$$Z_{b,HV,2} = \frac{20^{k2}}{2000^{k}} = 200^{\Omega} \longrightarrow Z_{eq,2}^{pu} = \frac{2+10j}{200} = 0.01+0.05j^{pu}$$

$|Z_{eq,1}| = 4.123\,\%$ $\quad$ $|Z_{eq,2}| = 5.099\,\%$

ب) ترانس که امپدانس درصد کمتری دارد بار بیشتری (نسبت به ظرفیت) خواهد داشت. برای اینکه امپدانس درصد ها برابر شود می توان به ترانس اول به میزان $1\,\%^{pu}$ یا $2j\,\%^{pu}$ اضافه کرد. برای این کار از سلف استفاده خواهد شد:

$$X_{added}^{pu} = 1\,\%^{pu} \longrightarrow X_{added} = 0.01 \times 1000 = 10 \longrightarrow X_{added} = L\omega$$

$$\longrightarrow L = \frac{X_{added}}{\omega} = \frac{10}{2\pi \times 50} = \underline{31.84^{mH}}$$

ج) برای این حالت می توانیم خازن اضافه کنیم و امپدانس درصد ترانس دوم را کاهش دهیم، به طور مساوی:

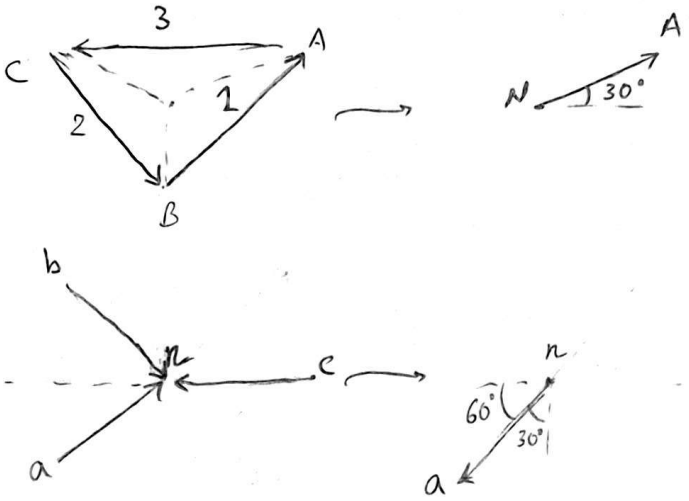
$$X_{added} = -1\,\%^{pu} \longrightarrow X_{added} = -0.01 \times 200 = -2^{\Omega} \qquad X_{added} = \frac{-1}{C\omega}$$

$$\longrightarrow C = \frac{1}{2 \times 2\pi \times 50} \approx 1592^{\mu F}$$

قاعدتا در این حالت سلف کار آمد نخواهد بود

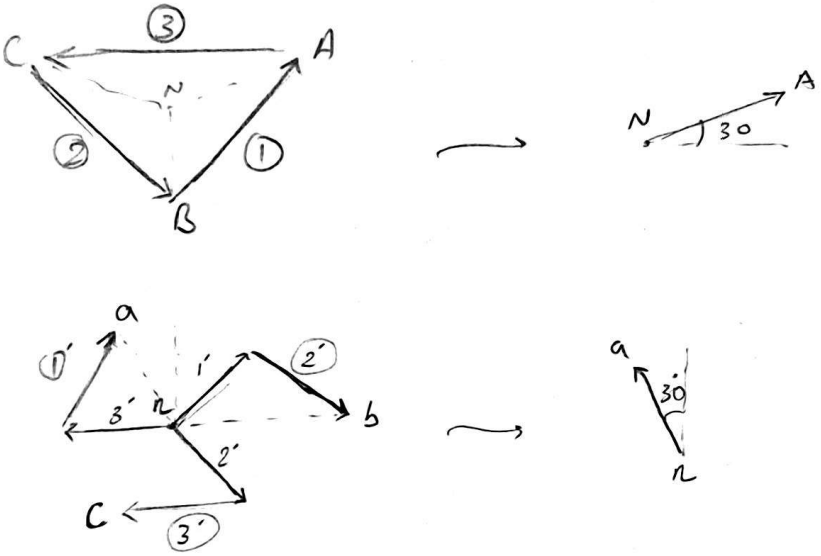
سوال 4 (الف)

شکل سمت راست

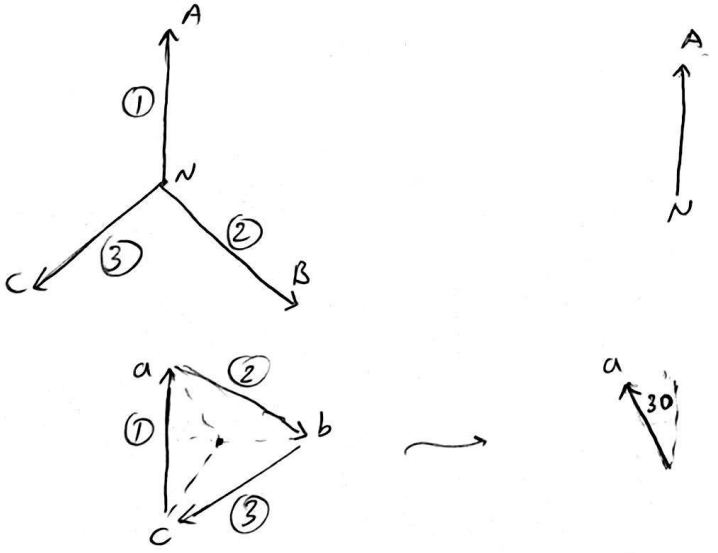


Dyn 5

شکل وسط



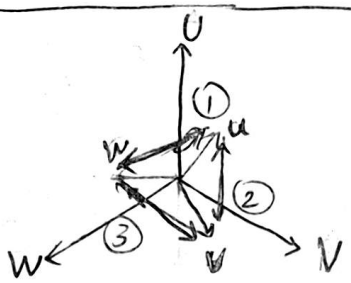
Dz9



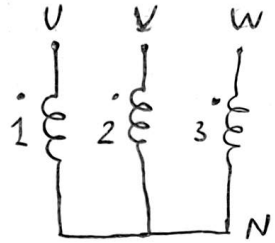
YNd 11

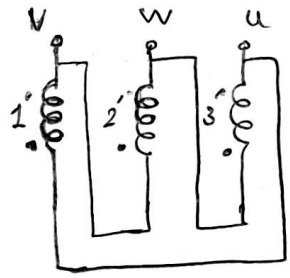
ب) مشابه شکل اول یا هر سرنبری دیگری که زاویه برداری 5 داشته باشد.

سوال 5 یک ترانس Yd 1

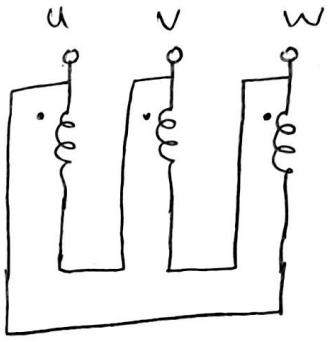


با توجه به اینکه سربندی های ترانس عرض شده است پس گروه برداری نیز تغییری نداشته است، با این حال چون اتصال اولیه (فشار قوی) تغییر داشته پس اختلاف فازها تغییر خواهد داشت.





or



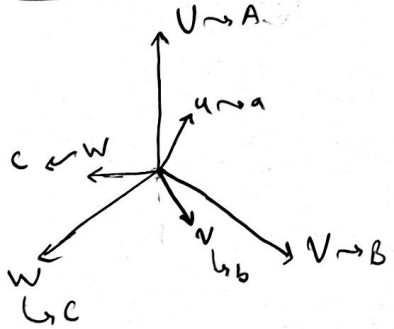
در عمل این سوال سعی دارد تا مشخص شد که می توان با تغییر نحوه اتصال بیرونی شیفت فازهای 120° ای ایجاد کرد. مثلا ($\frac{120}{30}=4$) می توان گروه های برداری 2 و 5 را به این روش به یکدیگر متصل کرد.

حالت عادی $V_{AB} \xrightarrow[\text{جلوتر}]{30^\circ} V_{ab}$

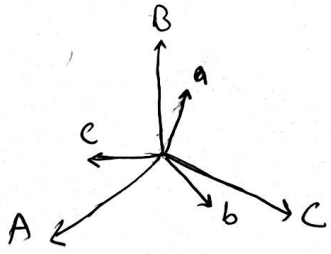
الف) 120° $V_{AB} \xrightarrow[\text{جلوتر}]{150^\circ} V_{ab}$ ⟵ مشابه گروه برداری 5

ب) 240° $V_{AB} \xrightarrow{270^\circ} V_{ab}$ ⟵ مشابه گروه برداری 9

یا ساده تر:

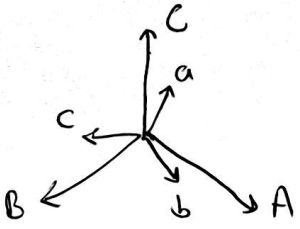


الف



⟵ مشابه گروه برداری 5

ب



⟵ مشابه گروه برداری 9

سوال 6)

الف) 3 ترانس تک فاز هر کدام با ظرفیت 100^{KVA} $\longleftarrow$ $S = 300^{KVA}$

ب) بعد از خروج یک ترانس امکان مشکت باز خواهیم داشت، به علت اینکه بین دو سیم پیچ ثانویه ترانس ها اتصال وجود دارد بین ظرفیت کمتر از 200^{KVA} خواهد بود. به طور دقیق این مقدار برابر 57.7٪ است

$\longrightarrow S_{new} = 300 \times 57.7 = 173.1^{KVA}$

ب) $210^{K} - 173.1^{K} = 36.9^{K}$

ج) مطابق اسلایدها.

CamScanner